www.abswer.com

অধ্যায় ৫
পরিমাপ

প্রাক-অনুশীলন

বন্ধুরা! এসো আমরা প্রথমেই এ পাঠের অনুশীলনে সহায়ক গুরুত্বপূর্ণ তথ্যাবলিতে মনোযোগ দিই, যা পাঠ প্রস্তুতিকে আরো সহজ করবে।

☑ শিখনফল : এই পাঠ থেকে শিক্ষার্থীরা যা জানতে পারবে :

- বিভিন্ন বস্তুর দৈর্ঘ্য পরিমাপের ধারণা লাভ করবে।
- এককের পরিবর্তনের নিয়ম জানতে পারবে।
- দাঁড়িপাল্লা ব্যবহার করে বিভিন্ন বস্তুর ওজন তুলনা করতে পারবে।
- দৈর্ঘ্য পরিমাপের একক যে মিটার ও সেন্টিমিটার তা বলতে পারবে।
- বিভিন্ন বস্তুর ওজন দাঁড়িপাল্লা দিয়ে মেপে তুলনা করতে পারবে।
- ওজন পরিমাপের একক গ্রাম ও কিলোগ্রাম কী তা বলতে পারবে।
- ওজন পরিমাপের বাটখারাগুলো চিনে বলতে পারবে।
- তরল পদার্থের আয়তন পরিমাপের একক লিটার তা বলতে পারবে।
- সময় পরিমাপ একক বলতে পারবে।
- সময় পরিমাপের এককের মধ্যে সম্পর্ক নির্ণয় করতে পারবে।

প্রিয় বন্ধুরা! এবার আমরা পাঠ্যবইয়ের অসমাপ্ত গাণিতিক সমস্যাবলির সমাধান এবং অনুশীলনীর গাণিতিক সমস্যাবলির সমাধান আয়ত্ত করব।

অনুশীলন

পাঠ্যবইয়ের অসমাপ্ত গাণিতিক সমস্যাবলির সমাধান

দৈর্ঘ্য পরিমাপ

১. পেনসিল দিয়ে মেপে তুলনা করো। তোমাদের প্রাথমিক গণিত পাঠ্যপুস্তকের দৈর্ঘ্য ও জ্যামিতি বাক্সের দৈর্ঘ্য পরিমাপ করো।

সমাধান :

বইয়ের দৈর্ঘ্য = ১০০ সেন্টিমিটার এবং প্রস্থ = ০.৫০ সেন্টিমিটার।

অপরদিকে, বাক্সের দৈর্ঘ্য = ১০০ সেন্টিমিটার এবং প্রস্থ = ০.৫০ সেন্টিমিটার।

১. বস্তুর যেকোনো প্রান্ত স্কেলের শূন্য প্রান্তে রাখতে হয়।

২. বস্তুটির অন্য প্রান্ত স্কেলে কোন সংখ্যার সাথে মিলে যায়, তা ভালো করে খেয়াল করতে হয়।

■ খালি ঘর পূরণ করো:



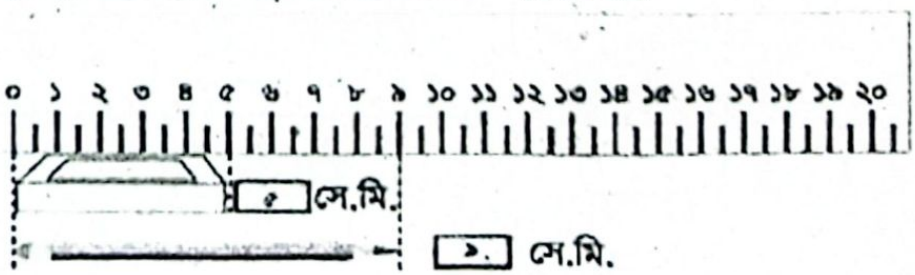

www.abswer.com

www.abswer.com

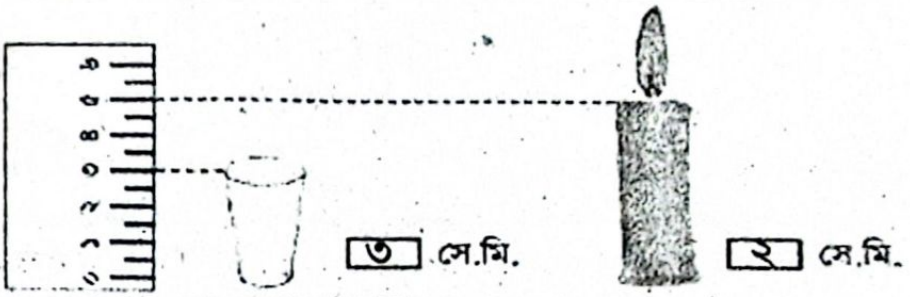

সমাধান : শ্রেণিশিক্ষকের সহায়তায় নিজেরা চেষ্টা কর।

১. স্কেল বা ফিতা দিয়ে তুমি ও তোমার বন্ধুর কলম, পেনসিল, খাতা, প্রাথমিক গণিত পাঠ্যপুস্তক, জ্যামিতি বক্স, ব্ল্যাকবোর্ড ও বেঞ্চের দৈর্ঘ্য ও প্রস্থ প্রভৃতি মেপে একে অন্যকে বলি।

বস্তু	দৈর্ঘ্য	প্রস্থ
খাতা	১১ সে.মি	৮ সে.মি
প্রাথমিক গণিত পাঠ্যপুস্তক	১১ সে.মি	৮ সে.মি
জ্যামিতি বক্স	৬ সে.মি	৩ সে.মি
ব্ল্যাকবোর্ড	৬০ সে.মি	৪০ সে.মি
বেঞ্চ	১০০ সে.মি	৩০ সে.মি
কলম	৬ সে.মি	৩ সে.মি
পেনসিল	৬ সে.মি	৩ সে.মি

ওজন পরিমাপ

১ এসো আমরা নিচের জিনিসগুলোর ওজন তুলনা করি। কোনটির ওজন সবচেয়ে বেশি? কীভাবে তুলনা করা যায়?



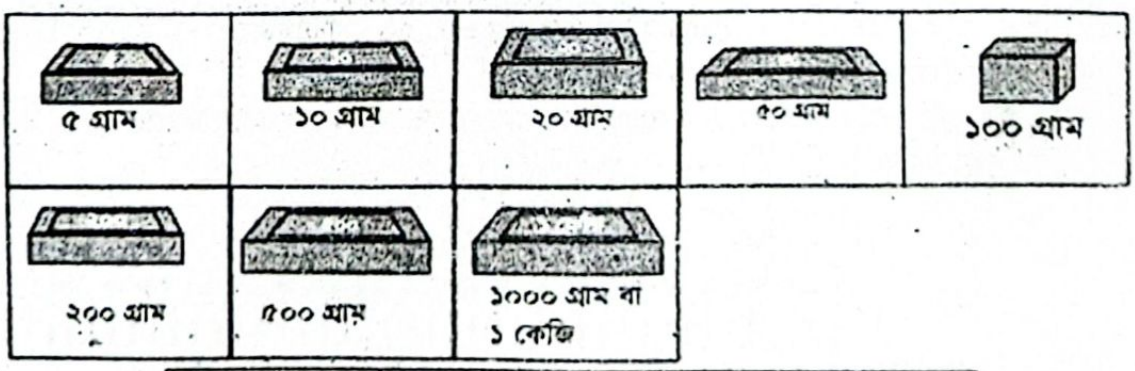

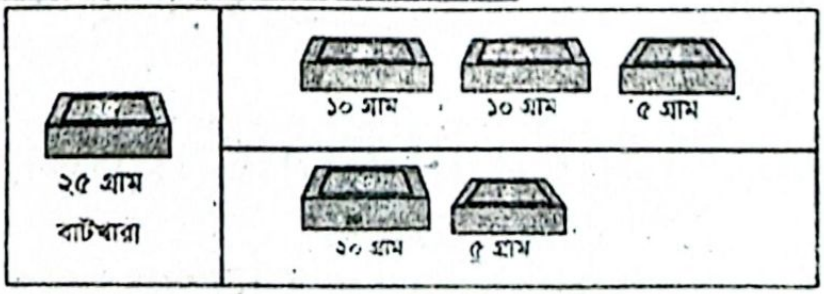

www.abswer.com

www.abswer.com

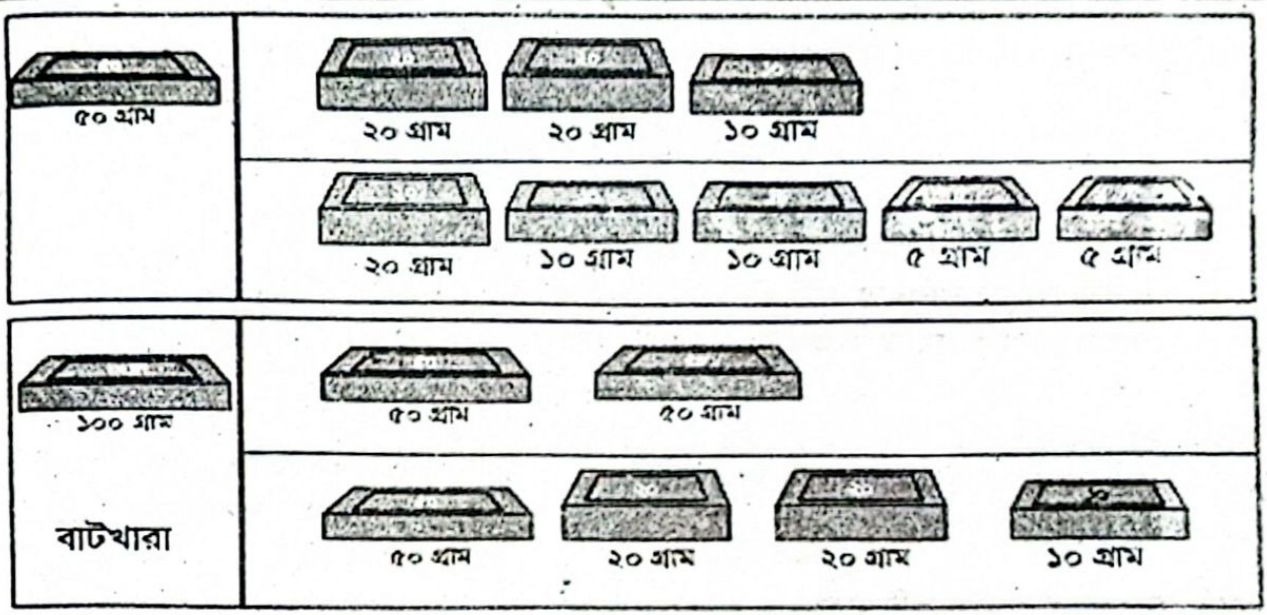

২. বিভিন্ন প্রকারের তিন-চারটি বস্তুর ওজন দাঁড়িপাল্লা ও ডিজিটাল মাপনী দিয়ে মেপে তুলনা করে দেখি একই হয় কিনা?
সমাধান : শ্রেণিশিক্ষকের সহায়তায় নিজেরা চেষ্টা কর।

তরলের আয়তন পরিমাপ

১. কোন বোতলে বেশি পানি ধরে, ছোটো পাত্রগুলোর সাহায্যে তুলনা করো।
কোন বোতলে বেশি পানি ধরে এবং কতটুকু বেশি পানি ধরে?



সমাধান : শ্রেণিশিক্ষকের সহায়তায় নিজেরা চেষ্টা কর।

২. কোনটিতে বেশি পানি আছে?
কেন?

সমাধান : শ্রেণিশিক্ষকের সহায়তায় নিজেরা চেষ্টা কর।

৩. কোন পাত্রে সবচেয়ে বেশি পানি ধরে? কোন পাত্রে সবচেয়ে কম পানি ধরে?

(১)

(২)

(৩)

সমাধান : শ্রেণিশিক্ষকের সহায়তায় নিজেরা চেষ্টা কর।

www.abswer.com

www.abswer.com

বালতিতে কতটুকু পানি ধরে তা নির্ণয় করি।

তরলের আয়তন পরিমাপে আমরা আন্তর্জাতিক একক লিটার ব্যবহার করি এবং এটি নির্দেশ করার জন্য ইংরেজি অক্ষর "L" বা "l" লিখি।

(১)

৩ টি ১ লিটার বোতলের পানির সাহায্যে বালতিটি পূর্ণ করা হয়েছে। তাই বালতিতে ৩ লিটার পানি ধরে।

২. নিচের পাত্রগুলোতে কতটুকু পানি ধরে?

(২)

৫ লিটার

(৩)

৪ লিটার

১. এক লিটার পানির বোতল ব্যবহার করে বিভিন্ন পাত্র পূর্ণ করো এবং পানি পরিমাপ করো।
সমাধান : শ্রেণিশিক্ষকের সহায়তায় নিজেরা চেষ্টা কর।

সময় পরিমাপ

১. কয়টা বাজে?

সমাধান : প্রথম ঘড়িতে ৯টা বাজে। দ্বিতীয় ঘড়িতে ১টা বাজে এবং তৃতীয় ঘড়িতে ৪টা বাজে।

২. সময় অনুযায়ী ঘড়ির কাঁটা বসাই।

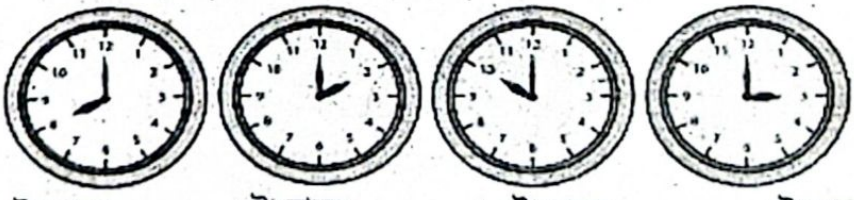

৮টা বাজে ২টা বাজে ১০টা বাজে ৩টা বাজে

৩. ডিজিটাল ঘড়ি : ডিজিটাল ঘড়ি অথবা মোবাইল ফোনের ঘড়িতে বামপাশের সংখ্যা দুটি ঘণ্টা ও ডান পাশের সংখ্যা দুটি হলো মিনিট।

ঘড়িতে ১১টা ১৫ মিনিট

11:15

কয়টা বাজে?

11:35 08:20 06:25 07:45

সমাধান : ১১টা ৩৫মিনিট, ৮টা ২০মিনিট, ৬টা ২৫ মিনিট এবং ৭টা ৪৫ মিনিট।

www.abswer.com

www.abswer.com

দিন, সপ্তাহ ও মাস

১ সপ্তাহ = ৭ দিন

৭ দিনের নাম

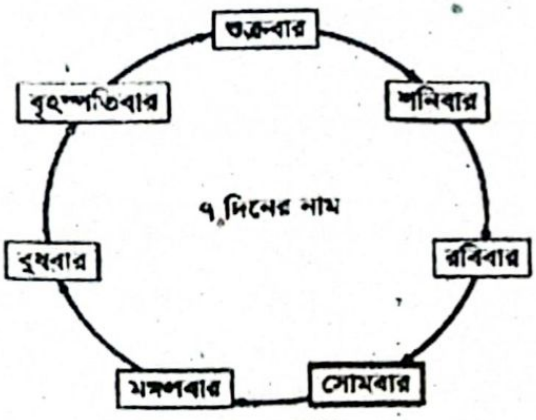

১.
সোমবারের আগের দিন *রবিবার*
বুধবারের পরের দিন *বৃহস্পতিবার*
বিদ্যালয়ের বন্ধের দিন *শুক্রবার*

বাংলা মাসের নাম

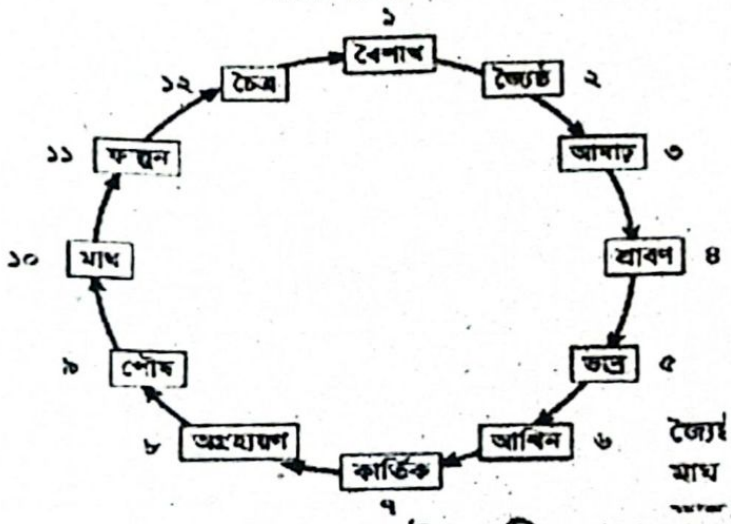

২.
জ্যৈষ্ঠ মাসের পরের মাস *আষাঢ়*
মাঘ মাসের আগের মাস *পৌষ*
ফাল্গুন মাসের পরের মাস *চৈত্র*

ইংরেজি মাসের নাম

ইংরেজি মাসের নাম

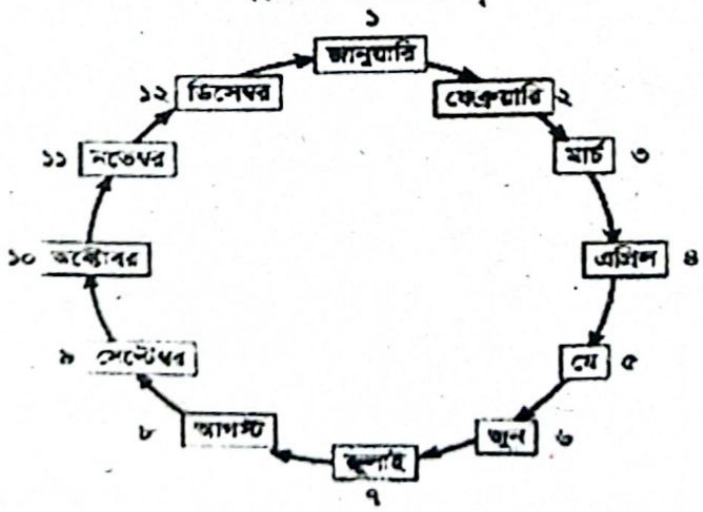

৩.
মার্চের পরের মাস *এপ্রিল*
আগস্টের আগের মাস *জুলাই*
তোমার জন্মের মাস *মার্চ*

১. নভেম্বর মাসের পূর্বের মাস কোনটি? উত্তর : অক্টোবর।
২. জুন মাসের দুই মাস পরের মাসের নাম কী? উত্তর : আগস্ট।
৩. অক্টোবর মাসের ৫ মাস পরের মাসের নাম কী? উত্তর : মার্চ।

www.abswer.com